१८. पैशांचे व्यवहार

- खालील चित्रे पाहा. पैशांचे व्यवहार कोठे कोठे होतात ते सांगा.



स्वाध्याय

प्र. १. वरील चित्रांत दाखवलेल्या ठिकाणांना पालकांसोबत भेट द्या. तेथे काय काय पाहिले ते वर्गात सांगा.

प्र. २. बँकेत चालणारे पैशांचे कोणतेही दोन व्यवहार सांगा.

प्र. ३. जोड्या जुळवा.

'अ' गट	'ब' गट
(१) विजेचे बिल भरणे	(अ) पोस्ट ऑफिस
(२) मनिऑर्डर करणे	(आ) दूरध्वनी केंद्र
(३) फोनचे बिल	(इ) वीज देयक केंद्र

RJ9PQS

प्र. ४. दुकानात जा. खालील वस्तूंचे भाव माहीत करून घ्या. किंमत लिहा.

चित्रकला वही किंमत ₹

स्केचपेन बॉक्स किंमत ₹

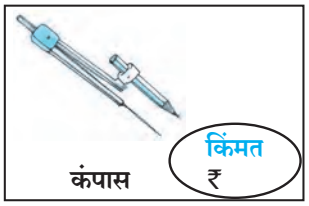
कंपास किंमत ₹

शाळेचे बूट किंमत ₹

छत्री किंमत ₹

दप्तर किंमत ₹

प्र. ५. बँकेत चालणाऱ्या व्यवहारांपुढे ✓ अशी खूण करा. बँकेत होत नसलेल्या व्यवहारांपुढे × अशी खूण करा.

१. पैसे भरणे. ☐
२. पैसे काढणे. ☐
३. पत्र टाकणे. ☐
४. चेक देणे. ☐
५. मनिऑर्डर करणे. ☐
६. विम्याची रक्कम भरणे. ☐
७. दागिने सुरक्षित ठेवणे. ☐
८. चेक वटवणे. ☐
९. वीज बिल भरणे. ☐
१०. कर्ज घेणे. ☐
११. दागिने गहाण ठेवणे. ☐
१२. मुदत ठेवीच्या योजना. ☐

उपक्रम : भाजी मंडईला भेट द्या. तेथे विकल्या जाणाऱ्या भाज्यांची यादी करा. भाज्यांचे प्रतिकिलो दर विचारा. 'भाजी मंडई' यावर पाच ते सात वाक्ये माहिती लिहा.

वाचू आणि हसू.

सोनू : मिनू, माझ्या बाबांनी कालच 'इनोव्हा कार' घेतली. आता आमच्याकडे तीन गाड्या झाल्या.

मिनू : अरे सोनू, माझ्या बाबांकडे कार, स्कूटर, रेल्वे, अगदी विमानसुद्धा आहे.

सोनू : अरे वा! मग तर तू सगळ्याच वाहनांतून फिरली असशील!

मिनू : नाही रे! माझ्या बाबांचं खेळण्यांचं दुकान आहे ना!

- **लिहा.**

दिलेल्या अक्षरांपासून सुरू होणारे शब्द लिहा.